PROFESSOR FERRETTO

Marés

FASES DA LUA

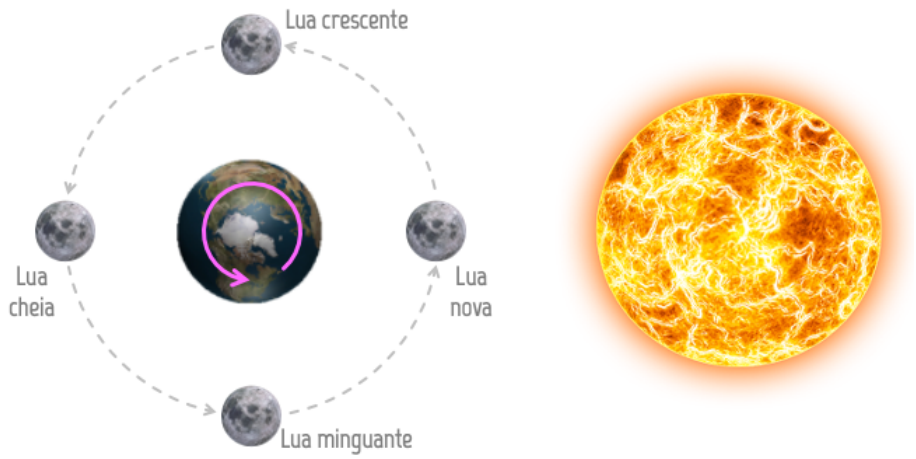

MARÉS DE SIZÍGEA

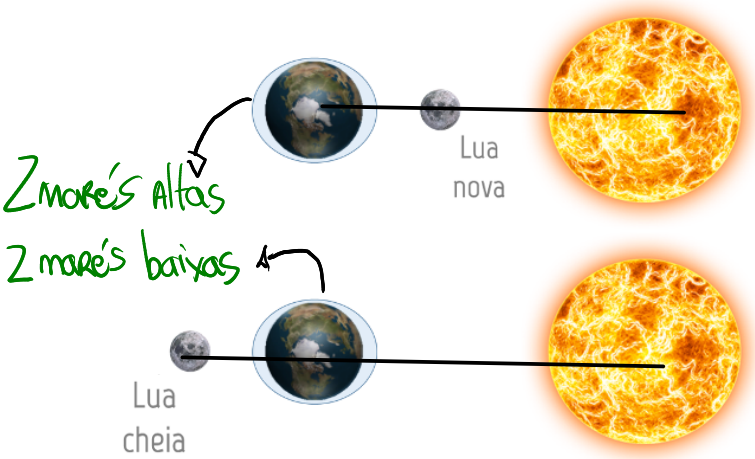

MARÉS DE QUADRATURA



A cada 6h < 2 marés altas / 2 marés baixas

Exercício 01

(Ita) Sabe-se que a atração gravitacional da lua sobre a camada de água é a principal responsável pelo aparecimento de marés oceânicas na Terra. A figura mostra a Terra, supostamente esférica, homogeneamente recoberta por uma camada de água.

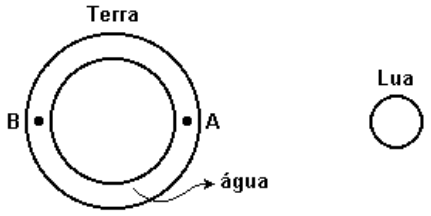

Nessas condições, considere as seguintes afirmativas:

I. As massas de água próximas das regiões A e B experimentam marés altas simultaneamente. ✓
II. As massas de água próximas das regiões A e B experimentam marés opostas, isto é, quando A tem maré alta, B tem maré baixa e vice-versa. ✗
III. Durante o intervalo de tempo de um dia ocorrem duas marés altas e duas marés baixas. ✓

Então, está(ão) correta(s), apenas
a) a afirmativa I.
b) a afirmativa II.
c) a afirmativa III.
d) as afirmativas I e II.
e) as afirmativas I e III.

Exercício 02

(Unicamp) As marés são movimentos periódicos de elevação e abaixamento dos oceanos e mares provocados pela ação gravitacional da Lua e do Sol sobre a Terra. A figura abaixo representa os momentos de ocorrência de marés de sizígia e de marés de quadratura. Observe a figura sobre as marés de sizígia e quadratura na página anterior e responda às questões.
Em que condições ocorrem marés de sizígia e marés de quadratura, e que consequências essas condições têm para a amplitude de marés?

Maré de sizígia: Alinhamento entre terra, sol e lua, aumentando a força de atração gravitacional pela terra. Devido ao alinhamento total, as marés atingem sua amplitude máxima.
Maré de Quebratura: Não alinhamento da Terra, sol e lua, causando numa menor força de atração gravitacional pela terra. Devido a isso, as marés atingem amplitude menor.