PROFESSOR FERRETTO

Equilíbrio de um Ponto Material – Parte 03

DECOMPOSIÇÃO DE FORÇAS

$F_R = 0$

$F_{Rx} = 0$ $\quad$ $F_{Ry} = 0$

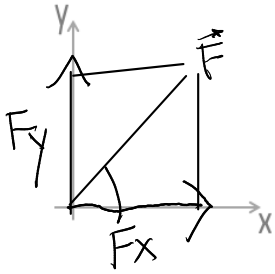

$F_x = F \cdot \cos \hat{a}$

$F_y = F \cdot \operatorname{sen} \hat{a}$

Exercício

(Ifsul) Uma caixa A, de peso igual a 300 N, é suspensa por duas cordas B e C conforme a figura abaixo. O valor da tração na corda B é igual a:

a) 150,0 N.
b) 259,8 N.
c) 346,4 N.
d) 600,0 N.

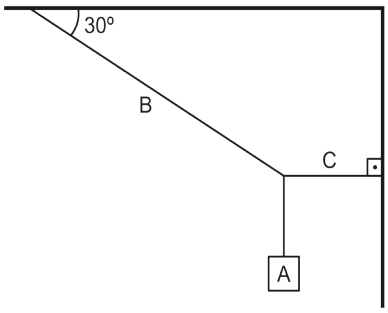

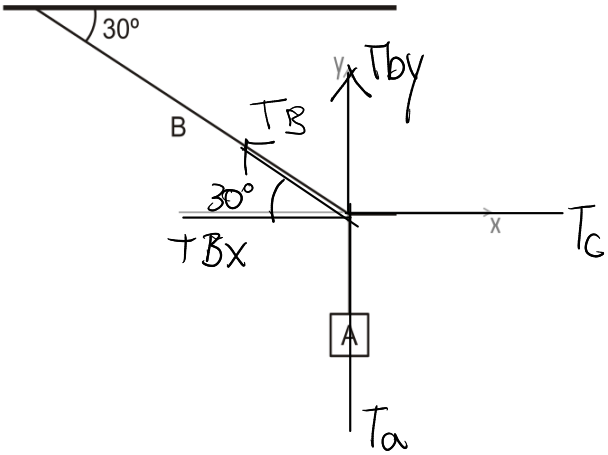

$T_{bx} = F \cdot \cos 30°$

$T_{by} = F \cdot \operatorname{sen} 30°$

$F_{Ry} = 0$

$T_{by} = T_a$

$T_b \cdot \operatorname{sen} 30° = 300$

$T_b \cdot \frac{1}{2} = 300 = \frac{600}{1} = 600$