PROFESSOR FERRETTO

Impulso – Parte 01

IMPULSO

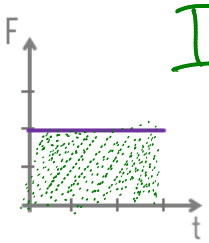

I = área

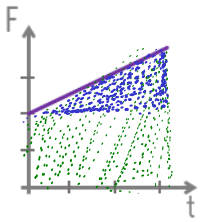

$$\underset{N.S}{I} = \underset{N}{\vec{F}} \cdot \underset{S}{\Delta t}$$

Só vale para Força constante.

Exercício

(Eear) No gráfico da figura a seguir tem-se a intensidade da força (F), em newtons, em função do tempo (t), em segundos. Nesse gráfico, a força, que é a resultante das forças exercidas sobre o corpo de massa m tem direção constante. Sabendo que no instante t = 0 o corpo está em repouso, determine o valor do impulso da força, em N.s sobre o corpo, somente, no intervalo de 0 a 4 segundos.

a) 5
b) 15
c) 25
d) 30

$a = \frac{b.h}{2} = \frac{2.5}{2} = 5\,NS$

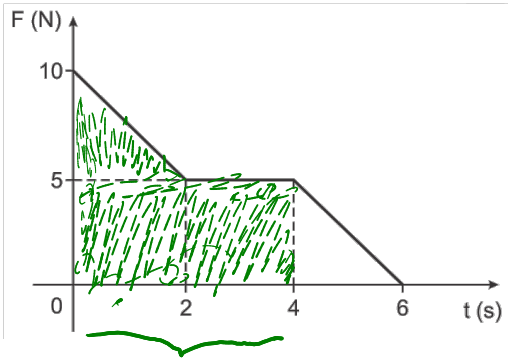

$20 + 5 = 25\,N.S$

$4.5 = 20\,N.S$