PROFESSOR FERRETTO

Força de Tração

FORÇA DE TRAÇÃO ou TENSÃO

esticado

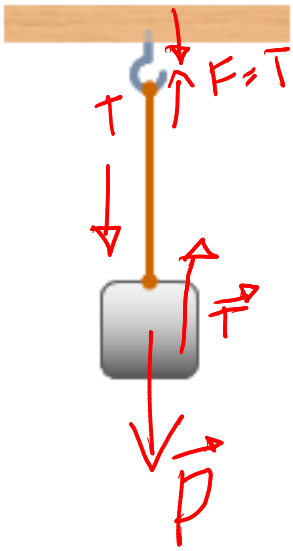

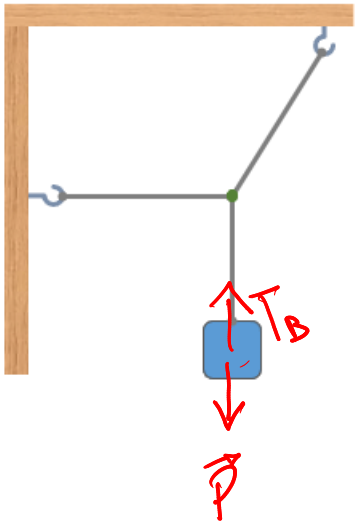

Exercício

Na montagem a seguir, sendo 30 kg a massa do corpo suspenso e de 70 kg a massa da mulher, supondo o sistema em equilíbrio determine, em N, a tração no fio I e a leitura da balança



$P = 30 \cdot 10 = 300N$

$T = P$

$T = 300N$

$P = 70 \cdot 10 = 700N$

$N + T = P$

$N + 300 = 700$

$N = 700 - 300$

$N = 400N$

Anotações: